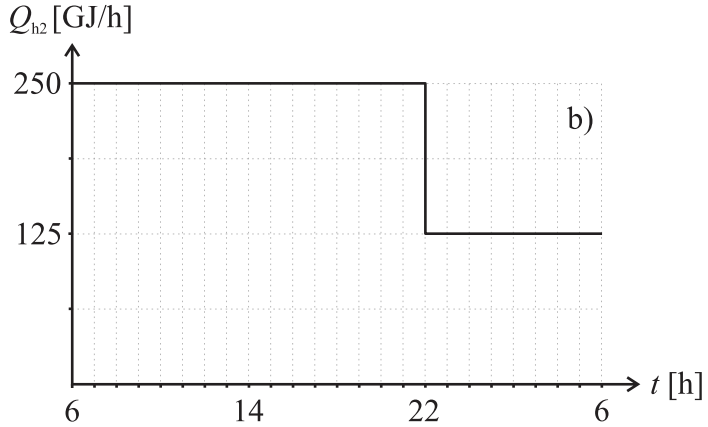

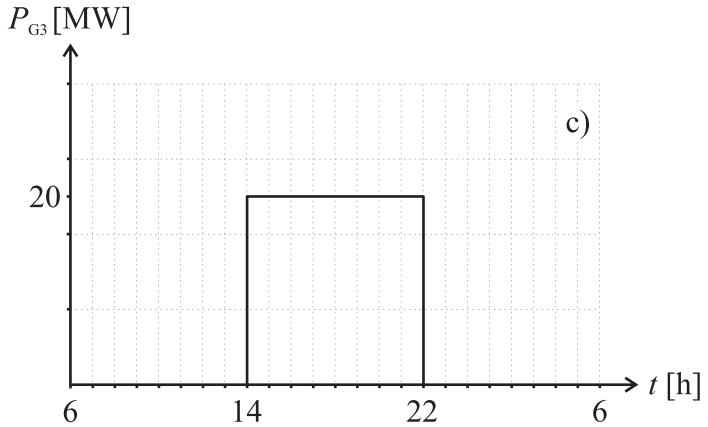

ZADATAK 24

Na slici je prikazan hronološki dijagram opterećenja u toku godine jedne elektrane čija je nominalna snaga jednaka maksimalnoj i instalisanoj snazi.

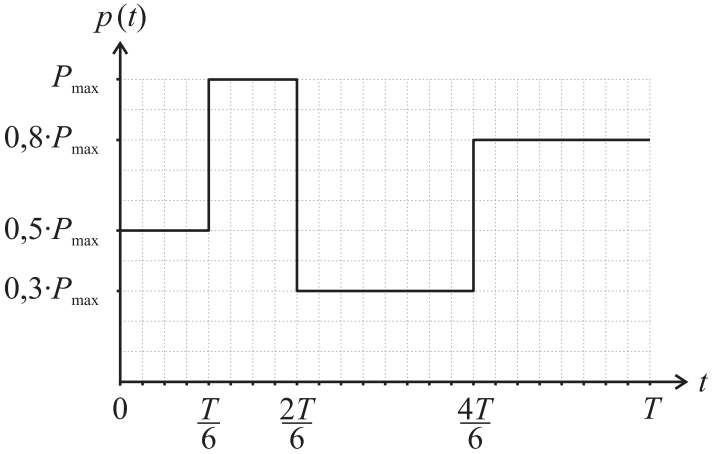

Potrebno je:

a) izračunati ekvivalentno vrijeme trajanja maksimalnog opterećenja i vrijeme iskorišćenja instalisane snage,
b) nacrtati uređeni godišnji dijagram opterećenja (krivu trajanja opterećenja) i
c) izračunati faktor opterećenja, faktor neravnomjernosti opterećenja i faktor iskorišćenja instalisane snage.